
Final Lab Control.

2023-2024

السؤال الاول :- (10 علامات)

فرجيه شو بصير للرسمة اذي خالما :- (ع تجربة 7)



Kp decrease

Ti increase

Kd decrease

وبكون راسم هاي الرسمة
واتا علما بدل كرسم التغيراتي
بصير عليها بكل حالة

الرسمة فوق هاد السؤال
وتاني تابع اسها سؤال PID.

شو التغير اذي بصير على Kp بكل ؟ بكل وحدة نفس السوال
هاد السؤال على تجربة 7 بدرس لاخرجا عشان ال PID cont. وشوف بشوفلي
على كل وحدة جوا كمي اذي بطلع معك .

السؤال الثاني :- (10 علامات)


(تجربة 6)


بعطيكم : $\frac{C(s)}{R(s)} = \frac{\omega_n^2}{s^2 + 2\zeta\omega_n s + \omega_n^2}$ اوجدي الثوابت التالية

بحيث انه a و طبعا الخطوة اللي تحتها بالشمال ، b على الخطوة اللي تحتها
والـ input هي Unit step

a. $r(t) = 1$, $\zeta = 0.5$
b. $r(t) = 2$ $\zeta = 0.5$
c. $r(t) = 1$ $\zeta = 1$
d. $r(t) = 2$ $\zeta = 1$

طلعي فيه tp و tr و MP واوجدي
اوزا اذكر علاقة العلاقات (شو بعرفي توجدي) هنيك حكي
اذا كان overdamped





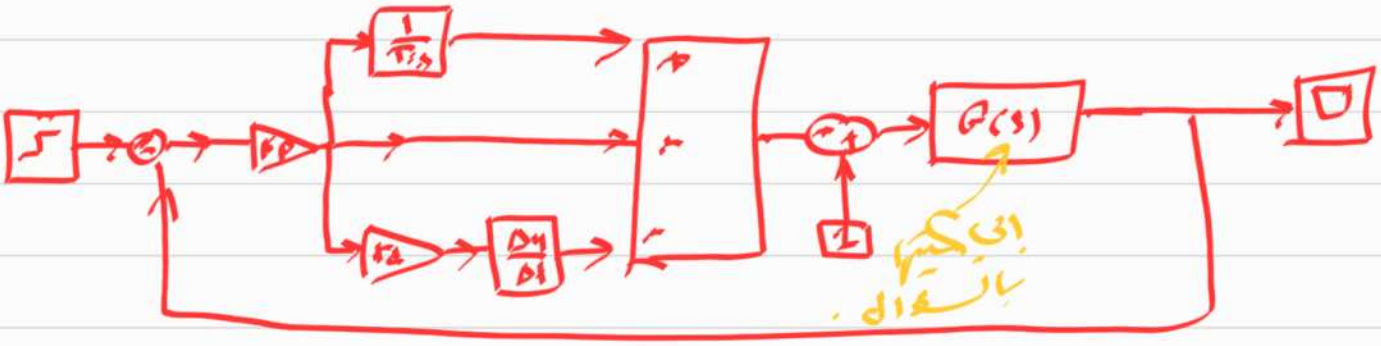
(٦ درجات)

السؤال الثاني :- فرع a (٥ علامات)

ارسمي دائرة PID اذا علمتِ انه $G(s) = \frac{4}{(s+1)(s+3)}$ من مذكرة شوبارك صفحة ٢٥٥ الصورة قبل الأخيرة

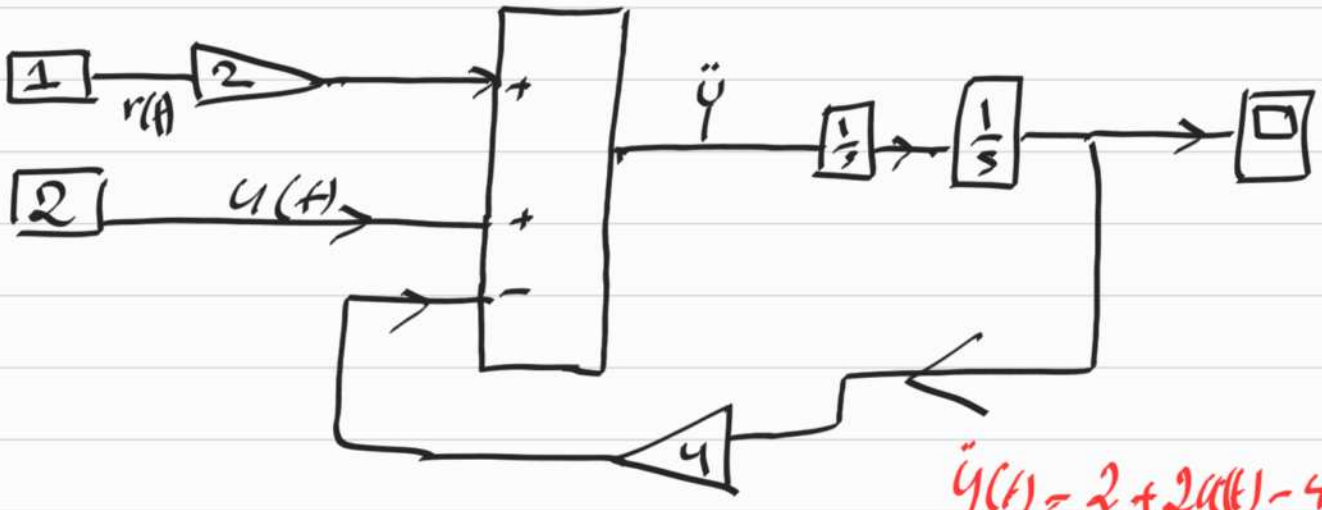
وانه $Kp\left(1 + T_d s + \frac{1}{T_i s}\right)$ معطيات أخرى بالسؤال

ما يتذكري ... معلوم الرسم الخاص إني بجزوها حافظتها.



من نفس السؤال فرع b :-

طلعي معادلة المشتقة من الرسمة (مادة سبع)



الجواب :-


$\ddot{y}(t) = 2 + 2u(t) - 4y(t)$

السؤال الرابع - (في تجربة 5)

علاقة الـ Load مع angular speed و Angular Position، وأرسم

تكرر علاقتهم مع الرسم نفسه...

السؤال تابع - (في علاقة)





a. which one is shown no load?

بناءً على ما درسنا في الحصة السابقة، ولربما قد تكون الإجابة

No load mean the ia is in minumum value ≈ 0


and angular speed (ω) maximum value.


b. بيّن العلاقة بين الـ Load والـ W و ia (نفس صيغة السؤال)

$i_a \propto load$ بالتالي

$\omega \propto \frac{1}{load}$ والعكس صحيح كلما زاد الحمل ...

c. بيّن كيف أن θ مع Load علاقة تكون على شكل





إي نعم نفس الرسم الي فوق... هو الرسم

السؤال الي بس ده الاجنبي

a. in positive fixed feedback what happen for gain and time constant

increase, increase (3 درجة)

b. Second order لـ I controller ثابت ولا متغير

unstable 7 درجة

c. increased negative feedback gain هتأثر على ثابت الزمن ولا لا

حطيت بقول بس صغر الزمن او كبر

d. when ξ equall Zero ? undamped (5 درجة)

e. first order ثابت الزمن هتأثر ازاي لما time constant زيادة (4 درجة)

$t_{ss} = 5T$

ثابت الزمن ↗ t_{ss} زيادة

معناه زيادة المدة اللي النظام يوصل فيها